المملكة العربية السعودية وزارة التعليم إدارة التعليم بمنطقة تبوك مدرسة ثانوية							

11	الوسط للقيم $5, 9, 14, 6, 8, 12$ يساوي						
	A	10	B	9	C	8	D	7
12	الانحراف المعياري لمجوعة البيانات $3, 8, 6, 4, 9$ يساوي تقريباً						
	A	1.02	B	3.60	C	4.03	D	2.28
13	يحتوي كيس على 35 كرة منها 5 كرات خضراء و 8 كرات زرقاء إذا سحبت منه كرة واحدة عشوائيا فما احتمال ان تكون خضراء إذا علم انها ليست زرقاء ؟						
	A	$\frac{1}{7}$	B	$\frac{8}{35}$	C	$\frac{5}{27}$	D	$\frac{8}{27}$
14	من الجدول الاتي التوزيع الاحتمالي لرمي قطعتي نقد متمايزتين مرة واحدة اوجد القيمة المتوقعة $E(X)$						
	عدد الشعارات X	0	1	2			
	الاحتمال $P(X)$	$\frac{1}{4}$	$\frac{1}{2}$	$\frac{1}{4}$			
	A	1	B	$\frac{1}{4}$	C	$\frac{3}{2}$	D	$\frac{1}{2}$
15	الشكل المقابل يظهر توزيعاً						
	A	ملتو لليمين	B	ملتو لليسار	C	طبيعياً	D	لا يمكن التحديد
16	$\lim_{x\to 5}(4x-10)$ تساوي						
	A	5	B	10	C	20	D	-10
17	من الشكل المقابل $\lim_{w\to\infty} f(w)$ تساوي						
	A	∞	B	$-\infty$	C	0	D	غيرموجودة
18	ما مشتقة $h(x) = (-7x^2+4)(2-x)$ ؟						
	A	$-21x^2-28x+4$	B	$14x$	C	$-14x$	D	$21x^2-28x-4$
19	مساحة المنطقة المظللة تحت المنحنى بالشكل المقابل تساوي تقريبا						
	A	9.33	B	10.33	C	11.33	D	12.33
20	التكامل $\int 4x^3\,dx$ يساوي						
	A	$12x^2+c$	B	x^2+c	C	x^4+c	D	$4x^4+c$

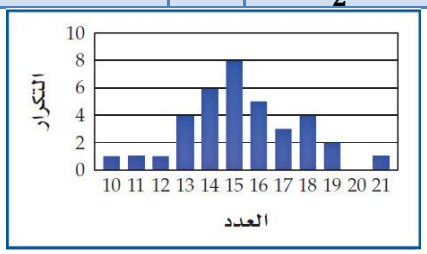

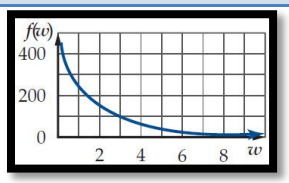

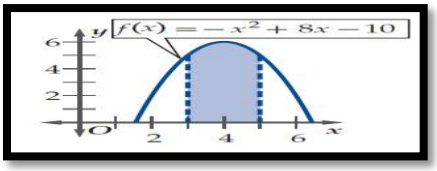

معلم المادة /عبدالمجيد الرشيدي

السؤال الثاني:-

ضع علامة (√) أمام العبارة الصحيحة و علامة (×) أمام العبارة الخطأ فيما يلي		
1	هبوط مظلي رأسيا لأسفل بسرعة $12mi/h$ يعبر عن كمية قياسية	( )
2	يكون المتجهان متكافئان إذا كان لهما نفس الاتجاه	( )
3	متجه الوحدة u الذي له نفس اتجاه المتجه $v = \langle 3,4 \rangle$ هو المتجه $u = \langle \frac{3}{5}, \frac{4}{5} \rangle$	( )
4	في الفضاء متجه الوحدة في اتجاه z هو $k = (0,1,0)$	( )
5	في الفضاء المتجهين $u = \langle 3,-5,4 \rangle, v = \langle 5,7,5 \rangle$ متعامدان	( )
6	في نظام الاحداثيات القطبية النقطة $(5,240)$ تكافيء النقطة $(5,-120)$	( )
7	المسافة بين زوجي النقاط $\left(-5,\frac{7\pi}{6}\right)$ ، $\left(4,\frac{\pi}{6}\right)$ هي 1	( )
8	الصورة الديكارتية للنقطة $\left(-2,\frac{4\pi}{3}\right)$ هى $(1,-\sqrt{3})$	( )
9	من نظرية ديموافر ناتج $(1+\sqrt{3}i)^4$ تساوي $-8-\sqrt{8}i$	( )
10	$\left[2\left(\cos\frac{\pi}{4}+i\sin\frac{\pi}{4}\right)\right]^4$ تساوي 16	( )
11	الاستفسار من طلاب متميزين في مادة الرياضيات عن افضل المواد اليهم تعتبر درسة منحازة	( )
12	ما هى مادتك المفضلة ؟ يعتبر سؤال متحيز	( )
13	"عندما امارس الرياضة اكون في وضع نفسي أفضل " تظهر هذه العبارة ارتباطاً	( )
14	إذا كان احتمال النجاح لوقوع حادثة ما هو $\frac{3}{8}$ فان احتمال الفشل هو $\frac{5}{8}$	( )
15	اذا كان p احتمال النجاح و q احتمال الفشل في توزيع ذات الحدين فان الانحراف المعياري للتوزيع يعطى بالصيغة $\sigma = \sqrt{npq}$	( )
16	من الشكل تكون $\lim_{x\to 5} f(x)$ غير موجودة 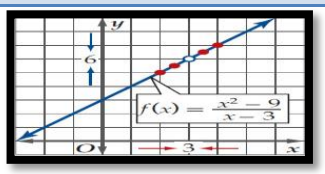	( )
17		( )
18	ميل المماس للمنحنى $y = x^3 + 7$ عند النقطة $(2,1)$ يساوي 15	( )
19		( )
20	عند اقصى ارتفاع يصل اليه جسيم مقذوف رأسيا لاعلى تكون السرعة اقصى ما يمكن	( )

معلم المادة /عبدالمجيد الرشيدي

السؤال الثالث:- حل كل مما يأتي :-

1	أوجد الصورة الإحداثية وطول $\overline{AB}$ المعطاة نقطتا بدايته ونهايته $A(-2,6)$, $B(1,10)$
2	مثل في المستوى القطبي النقطة التالية $(5, 60^0)$ 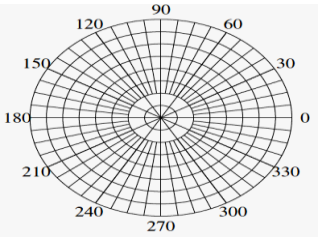
3	أختير (5) طلاب عشوائياً من فصل دراسي ، وقيست أطوالهم فكانت : 175سم ، 170 سم ، 168سم ، 167 سم ، 170 سم . بين ماإذا كانت هذه البيانات تمثل عينة أم مجتمعاً ، ثم أوجد الانحراف المعياري لأطوال هؤلاء الطلاب

4	أحسب كل نهاية مما ياتي		
	حل بااستعمال التعويض المباشر	حل بااستعمال التحليل	حل بااستعمال إنطاق المقام أو البسط
	$\lim_{x\to 4}(x^3-3x^2-5x+7)$	$\lim_{x\to 3}\frac{x^2-9}{x-3}$	$\lim_{x\to 25}\frac{x-25}{\sqrt{x}-5}$

معلم المادة /عبدالمجيد الرشيدي